Comenzado el	Tuesday, 6 de October de 2020, 18:13
Estado	Finalizado
Finalizado en	Tuesday, 20 de October de 2020, 01:28
Tiempo empleado	13 días 7 horas
Calificación	**6,00** de 10,00 (**60**%)

Pregunta 1

Incorrecta

Puntúa 0,00 sobre 1,00

Si una sucursal de una empresa situada en A tiene 1231 Grados día de calefacción y otra sucursal situada en B tiene 843 Grados día de calefacción sabremos qué:

Seleccione una:

- a. La demanda de refrigeración será mayor en la sucursal situada en B.
- b. La demanda de climatización será mayor en la sucursal situada en A. ✗
- c. La demanda de calefacción será mayor en la sucursal situada en A.
- d. Todas la anteriores.

Respuesta incorrecta.

Los grados día definen la severidad climática en calefacción o refrigeración. A más grados días el clima será mas severo y por lo tanto tendremos más demanda.

La respuesta correcta es: La demanda de calefacción será mayor en la sucursal situada en A.

Pregunta 2

Incorrecta

Puntúa 0,00 sobre 1,00

Las variaciones de consumo en un cuadro eléctrico secundario las detectaremos en el análisis de:

Seleccione una:

- a. Del consumo mensual de las facturas de compañía
- b. Del consumo de los contadores internos de la misma zona
- c. De las mediciones del cuadro principal ✗ Lógicamente solo obtendríamos los mismos datos que las facturas de compañía.
- d. Ninguna de las anteriores

Respuesta incorrecta.

La respuesta correcta es: Del consumo de los contadores internos de la misma zona

Pregunta 3

Correcta

Puntúa 1,00 sobre 1,00

En el análisis de la facturación de una tarifa 3.0 podremos detectar:

Seleccione una:

- a. Consumos durante el período nocturn (de 0h a 8h)
- b. Consumos durante el fin de semana.
- c. La punta máxima de demanda eléctrica.
- d. Todas la anteriores. ✓

Respuesta correcta

a) Consumos durante el período nocturno: Correcto, el P3 es el consumo eléctrico de 0 a 8 horas.

b) Consumos durante el fin de semana: Correcto, los períodos P4,P5 y P6 son el consumo eléctrico de fin de semana.

c) La punta máxima de demanda eléctrica: En el reverso tenemos las máximas potencia consumidas en cada período.

La respuesta correcta es: Todas la anteriores.

Pregunta 4

Correcta

Puntúa 1,00 sobre 1,00

En el análisi del consumo energético de combustible...

Seleccione una:

- a. …compararemos el horario laboral con los consumos en los períodos valle, punta y llano.
- b. …trasladaremos todos el consumo al período llano ya que es el mas económico.
- c. …detectaremos los períodos del año dónde tenemos mas consumo de combustible. ✓
- d. Todas la anteriores.

Respuesta correcta

La respuesta correcta es: …detectaremos los períodos del año dónde tenemos mas consumo de combustible.

Pregunta 5

Correcta

Puntúa 1,00 sobre 1,00

¿Qué consumo energético tuvo de 10h a 11h del día 1/07/2011 el SB0 de la industria que hemos utilizado como ejemplo en el capítulo?

Nota: tenéis de que obtener el dato del powervision.

Seleccione una:

- a. 70,01 kWh ✓
- b. 76,19 kWh
- c. 128 kW
- d. 1544,91 kWh

Respuesta correcta

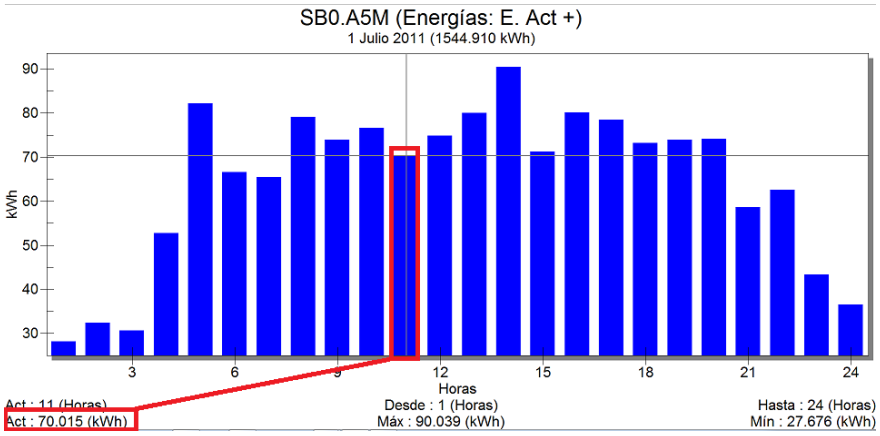

Nota: para repasar como conseguir esta gráfica consultad la guía de inicio de powervision

La respuesta correcta es: 70,01 kWh

Pregunta 6

Incorrecta

Puntúa 0,00 sobre 1,00

Los grados día de refrigeración del verano de 2018 (junio-octubre) para una temperatura base de 20ºC, un edificio situado en Santa Cruz de Tenerife son de:

Nota: utilizar el dregreedays.net y los datos de una estación meteorológica situada en un aeropuerto cerca de la ciudad.

Seleccione una:

- a. 184 ✗
- b. 129
- c. 1417
- d. 240

Respuesta incorrecta.

Entrad en degreedays.net y seleccionad los siguiente parámetros. Una vez los tengáis descarga la hoja de cálculo y sumad los grados día de junio a octubre de 2018

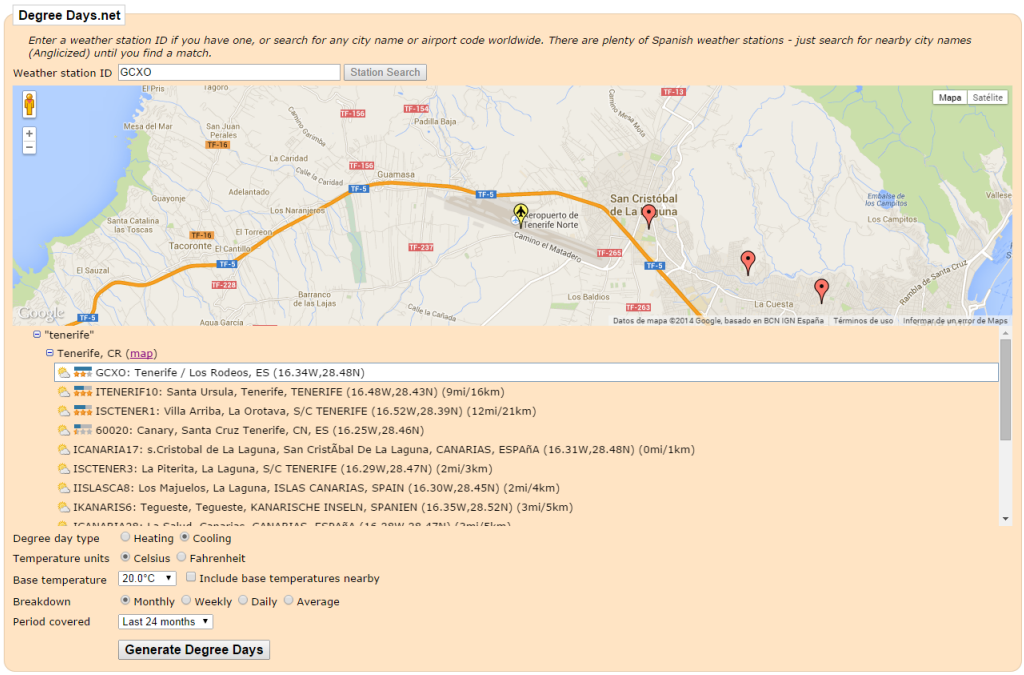

La respuesta correcta es: 129

Pregunta 7

Incorrecta

Puntúa 0,00 sobre 1,00

¿A qué hora habrías puesto la lavadora el día 20 de Enero de 2015 si tuvieras una tarifa 2.0?

Nota: podéis usar la web tarifaluzhora.es

Seleccione una:

- a. Entre las 21-22h
- b. Entre las 00 y las 01h ✗
- c. Entre las 01 y las 02h
- d. Entre las 10h y las 11h

Respuesta incorrecta.

Podeis entrar en tarifaluzhora.es y obtener la siguiente pantalla y la hora es de 1 a 2 de la noche con un precio de 0,1155

La respuesta correcta es: Entre las 01 y las 02h

Pregunta 8

Correcta

Puntúa 1,00 sobre 1,00

Tenemos una empresa con los siguientes consumos energéticos.

	Electricidad	Combustible	Horas trabajadas	Grados día Calefacción
Enero	31467	3133	6427	407
Febrero	26864	2553	7561	408
Marzo	35858	2091	8695	242
Abril	30416	1925	7183	167
Mayo	42341	1404	8695	75
Junio	45533	1130	7939	19
Julio	50148	903	8695	12
Agosto	47956	817	4915	5
Septiembre	36467	1151	7561	35
Octubre	36424	1643	8695	92
Noviembre	30048	2152	8317	205
Diciembre	31629	2953	6427	368

a) Halla el ratio energético de kWh/hora trabajada para electricidad: 4.87

b) Halla el ratio energético de kWh/grados día calefacción para combustible: 10.74

Nota: entrad el valor con 2 decimales.

El primer paso es realizar las sumas anuales de los valores:

	Electricidad	Combustible	Hores treballades	Graus dia Calefacció
Anual	445151 kWh	21855 kWh	91110	2035

Ahora ya podemos realizar los ratios anuales:

	ratio
kWh eléctrico /hora treballada	4,89
kWh combustible /Grau dia	10,74

Pregunta 9

Correcta

Puntúa 1,00 sobre 1,00

Con los datos del ejemplo anterior calcular las lineas bases energéticas (lineales) y el coeficiente de regresión r2.

a) El coeficiente r2 para electricidad – hora trabajada es de : 0

b) El coeficiente r2 para combustible – grado día es de : 0.942

Nota: entrad el valor con 4 decimales.

Se tiene que realizar una gráfica XY y mostrar la ecuación y coeficiente r^2. Para decidir si una línea base es correcta o no, esta tiene que tener un r^2 superior a 0,75.

- Electricidad - Horas

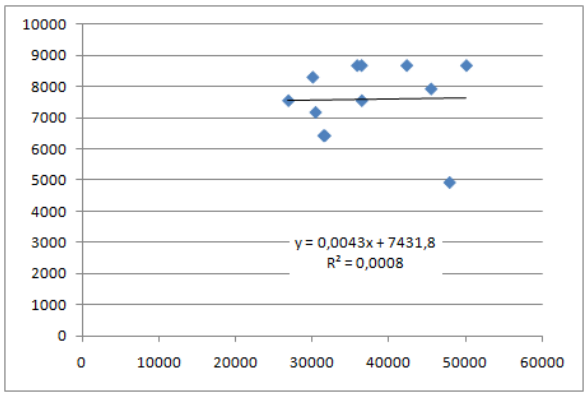

- Combustible - Grados Día

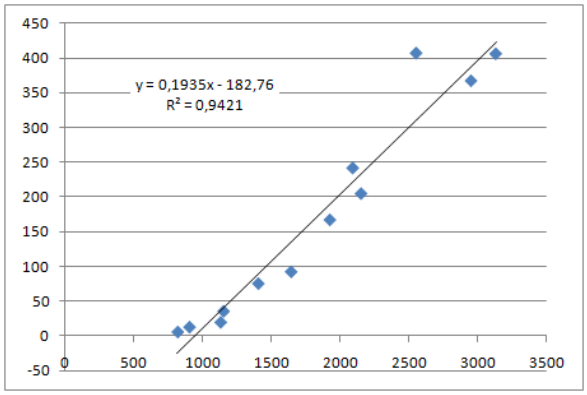

Pregunta 10

Correcta

Puntúa 1,00 sobre 1,00

¿Se puede usar las dos líneas base calculadas en el ejercicio anterior para la predicción del consumo futuro de esta indústria?

Seleccione una:

- a. Si, son correctas.
- b. No, ninguna de las dos es útil.
- c. Solo la de combustible.
- d. Solo la de electricidad.

Respuesta correcta

La respuesta correcta es: Solo la de combustible.